ATTENTION
7
Je dépasse : - OUI .... A
- NON .... B
PROGRES AUTO-ECOLE
09 082 642 01/A GA 09
TEL: 30-37-10-38
SERIE 48

8

Dans cette situation, je ralentis : - OUI ..... A
- NON ..... B

Si je continue tout droit,
je cèderai le passage à droite : - OUI C
- NON ..... D

PROGRES AUTO-ECOLE
09 [illegible] 642 OUJA [illegible] 09
TEL: 30-37-10-38

SERIE 48

16

Sur cette chaussée,
la vitesse est limitée à :
- 110 Km/h ..... A
- 100 Km/h ..... B
- 90 Km/h C

PROGRES AUTO-ECOLE
09 BP 642 OUA GA 09
TEL: 30-37-10-38

SERIE 48

21

Dans cette zone, je pourrai : - stationner : - OUI . . A
- NON . . B
- m'arrêter : - OUI . . C
- NON . . D

ECOLAUTO - SERIE 48

PROGRES AUTO-ECOLE
09 [illegible] 642 OUJA GA 09
TEL: 30-37-10-38

30

Je cèderai le passage : - à gauche : - OUI .... A
- NON .... B
- à droite : - OUI C
- NON .... D

ECOLAUTO · SERIE 48

PROGRES AUTO-ECOLE
09 482 642 OUJA GA 09
TEL: 30-37-10-38


33
Je peux circuler à : 100 Km/h ..... A
90 Km/h ..... B
80 Km/h C
ECOLAUTO - SERIE 48
PROGRES AUTO-ECOLE
09 BP 642 OUAGA 09
TEL: 30-37-10-38

35

Cette signalisation annonce :
- une sortie ..... A
- une bifurcation ..... B

Je peux la rencontrer :
- sur une route C
- sur une autoroute ... D

ECOLAUTO - SERIE 48

PROGRES AUTO-ECOLE
09 488 642 OUJA GR 09
TEL: 30-37-10-38

40

Lorsqu'on mesure la profondeur des rainures principales d'un pneumatique en quatre points répartis sur la circonférence, il ne doit pas exister plus d'un point où la profondeur soit inférieure à :

- 1 millimètre ..... A
- 1,6 millimètre ..... B
- 2 millimètres C

7
La signalisation m'indique l'entrée :
- de l'agglomération ..... A
ou
- d'une zone à stationnement règlementé .... B
ECOLAUTO - SERIE 49
PROGRES AUTO-ECOLE
09 082 642 OUX GR 09
TEL: 30-37-10-38

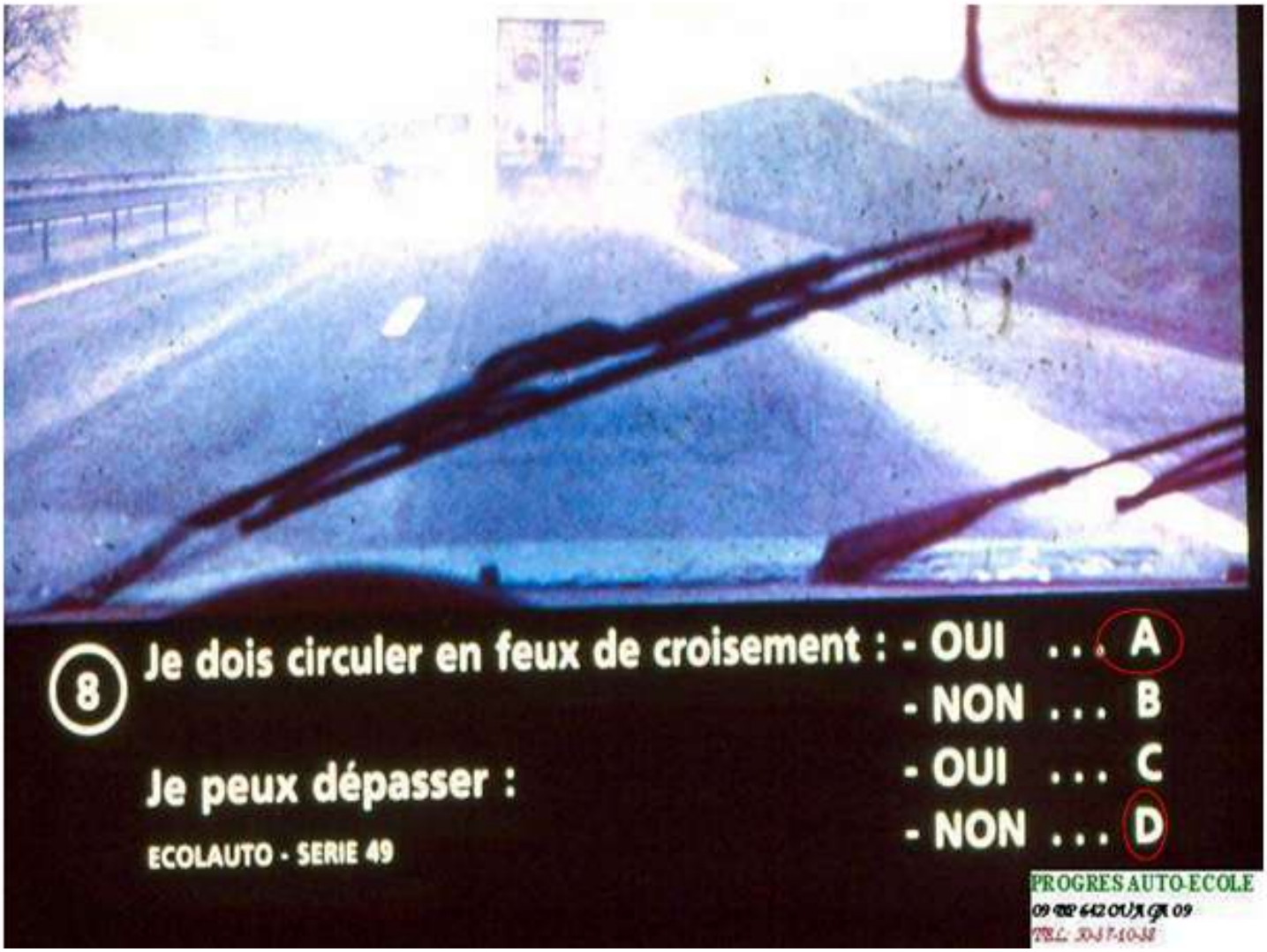
8
Je dois circuler en feux de croisement : - OUI ... A
- NON ... B
Je peux dépasser : - OUI ... C
- NON ... D
ECOLAUTO - SERIE 49
PROGRES AUTO-ECOLE

15
Cette ligne remplace une ligne continue et
ce véhicule roule lentement :
Je dépasse : - OUI ..... A
ECOLAUTO - SERIE 49 - NON ..... B
PROGRES AUTO-ECOLE
09 [illegible] 642 OUJA GR 09
TEL: 30-37-10-38

16
Ces balises m'indiquent :
- une succession de virages ..... A
- une intersection ..... B
- une région fréquemment enneigée C
ECOLAUTO - SERIE 49
PROGRES AUTO-ECOLE
09 882 642 OUA GA 09
TEL.: 30-37-10-38

18 La signalisation m'annonce :

- une ligne continue :
  - OUI ..... A
  - NON ..... B
- un changement de chaussée :
  - OUI C
  - NON ..... D

ECOLAUTO - SERIE 49

PROGRES AUTO-ECOL
09 482 642 OUJX GX 09

19
Je peux suivre la voiture blanche,
pour dépasser : - OUI ..... A
- NON ..... B
ECOLAUTO - SERIE 49
PROGRES AUTO-ECOLE
09 400 642 OUA GA 09
TEL: 30-37-10-38

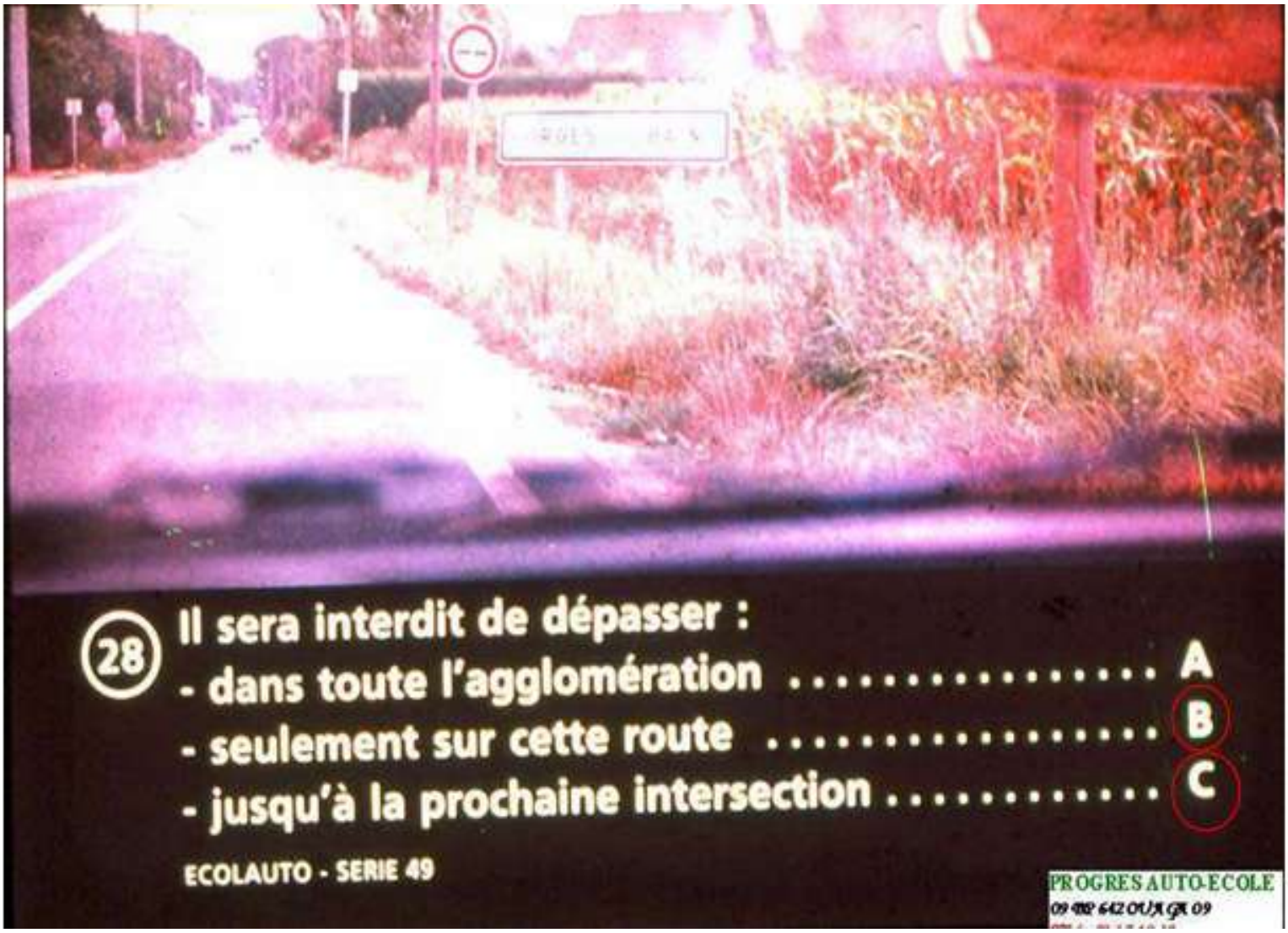

28 Il sera interdit de dépasser :

- dans toute l'agglomération ..... A
- seulement sur cette route ..... B
- jusqu'à la prochaine intersection C

ECOLAUTO - SERIE 49

PROGRES AUTO-ECOLE
09 882 642 OUJA GR 09

29 La route n'est plus prioritaire :

- à partir de ce panneau ..... A

ou

- à 300 m ..... B

ECOLAUTO - SERIE 49

PROGRES AUTO-ECOLE
09 482 642 OUJA GR 09
TEL: 30-37-10-38

31 Je circule
sur une chaussée à sens unique : - OUI .... A
- NON .... B

Ma vitesse est limitée à 110 Km/h : - OUI C
- NON .... D

ECOLAUTO - SERIE 49

PROGRES AUTO-ECOLE
09 [illegible] 642 OU/R GR 09

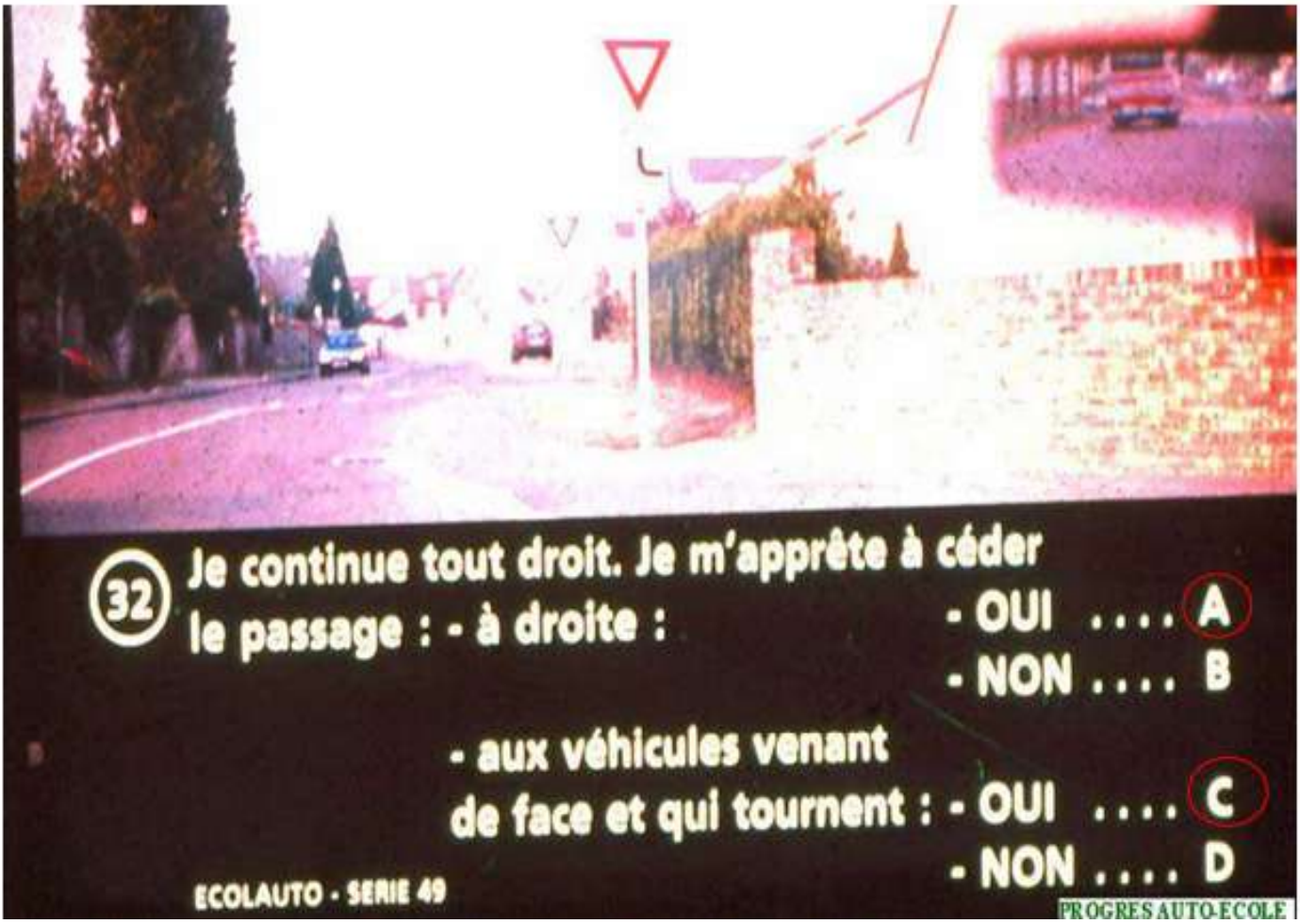
32
Je continue tout droit. Je m'apprête à céder le passage : - à droite :
- OUI .... A
- NON .... B
- aux véhicules venant de face et qui tournent :
- OUI C
- NON .... D
ECOLAUTO - SERIE 49
PROGRES AUTO-ECOLE

33 Sur cette route à caractère prioritaire,
je dépasse : - OUI ..... A
- NON ..... B

ECOLAUTO - SERIE 49

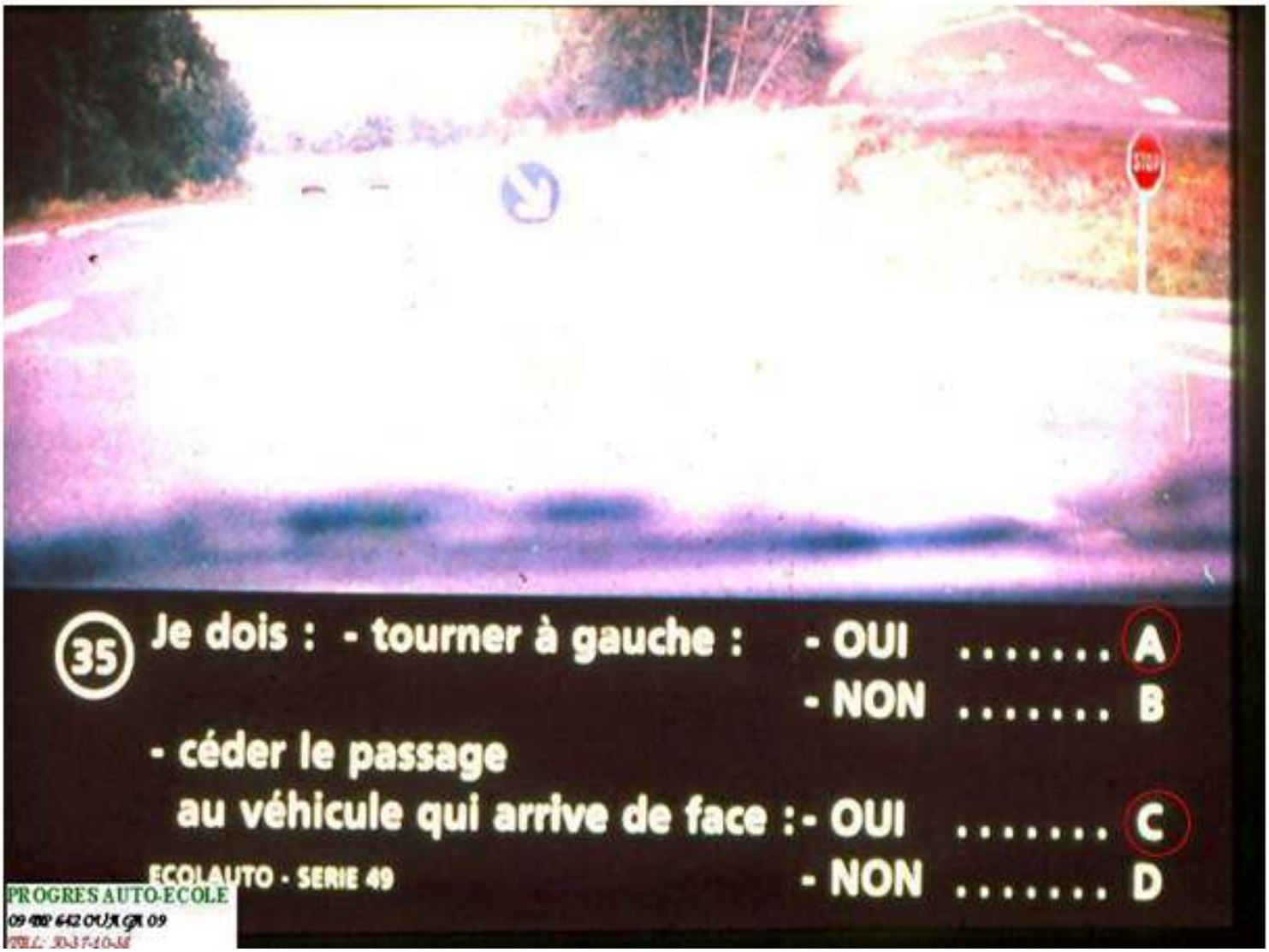
STOP
35
Je dois : - tourner à gauche : - OUI ..... A
- NON ..... B
- céder le passage
au véhicule qui arrive de face : - OUI C
- NON ..... D
ECOLAUTO - SERIE 49
PROGRES AUTO-ECOLE
09 400 642 OUJA GR 09